令和８年度

Ⅴ　社　会

（14時20分～15時10分）

注　意

○　問題用紙は４枚（８ページ）あります。

○　解答用紙は**この用紙の裏面**です。

○　解答用紙の受験番号の欄には，受験票に記載されている４桁の算用数字を記入しなさい。

○　答えはすべて，解答用紙の所定の欄に，文，文字などで答えるもののほかは，**ア**，**イ**，……などの符号で記入しなさい。

○　解答用紙の　　の欄には記入してはいけません。

1　次の地図のA～Fは州を表している。また，P～Sは国を，p～sはP～S国の都市を表している。（1）～（6）の問いに答えなさい。

地図

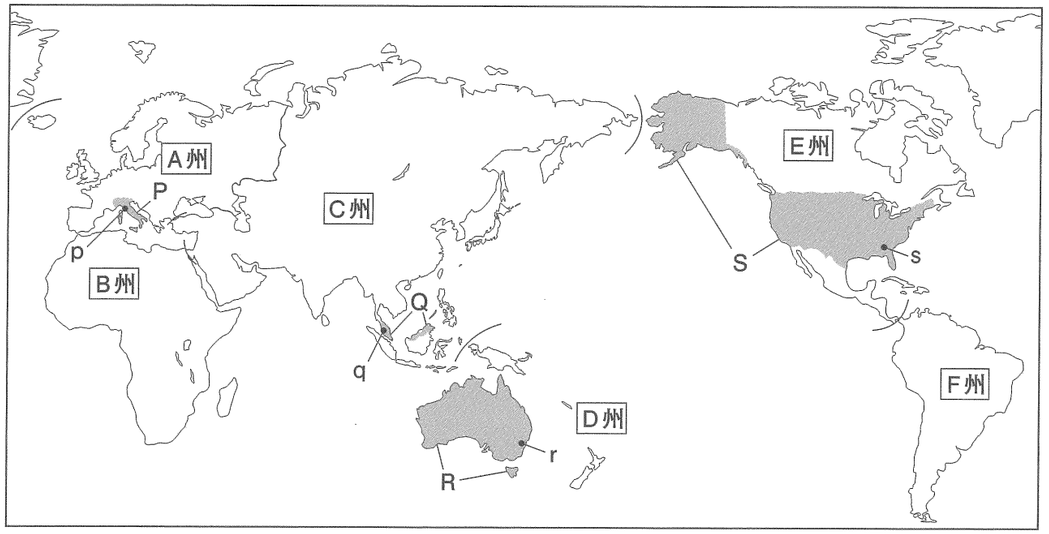

（1）　インド洋と大西洋に面し，太平洋に面していない州はどこか。次の**ア**～**カ**の中から一つ選びなさい。

ア　A州　　**イ**　B州　　**ウ**　C州　　**エ**　D州　　**オ**　E州　　**カ**　F州

（2）　次のⅰ，ⅱは，A～F州のいずれかについて述べたものである。X，Yにあてはまる語句をそれぞれ書きなさい。ただし，Yは**アルファベットの略称**で答えること。

ⅰ	この州は，［ X ］大陸の西部に位置している。近年，州の東部の国々と西部の国々の経済格差が問題となっている。
ⅱ	この州は，民族の分布を無視した国境が多い。州の政治的・経済的な団結を強めるため，2002年，［ Y ］という国際的組織が発足した。国際連合の加盟国の4分の1以上が，この州の国である。

（3）　1月1日の午前0時を最も早く迎える都市はどこか。次の**ア**～**エ**の中から一つ選びなさい。

ア　都市p　　**イ**　都市q　　**ウ**　都市r　　**エ**　都市s

（4）　次の雨温図は，都市p～sのいずれかのものである。下の①，②の問いに答えなさい。

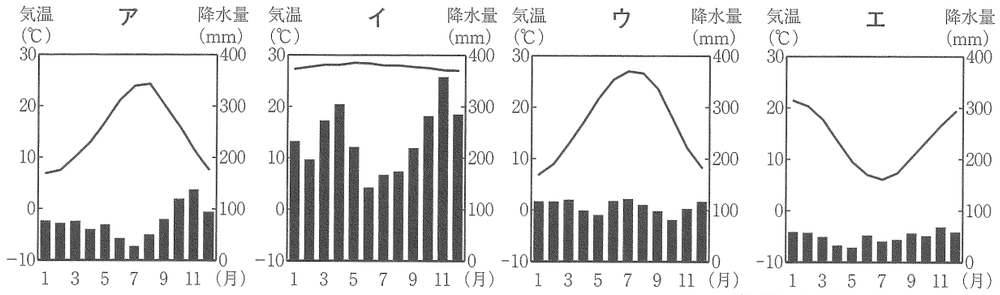

（理科年表2025年版などにより作成）

①　都市pにあてはまる雨温図を，**ア**～**エ**の中から一つ選びなさい。

②　都市p付近の農牧業について述べた文として最も適当なものを，次の**ア**～**エ**の中から一つ選びなさい。

ア　羊や牛が多く飼育され，牛肉はオージービーフという名前で輸出されている。
イ　米の栽培に適しているが，パーム油の原料となるあぶらやしなどの生産も多い。
ウ　大豆やとうもろこしなどが栽培され，「世界の食料庫」とよばれている。
エ　小麦とともに，ぶどうやオリーブが多く栽培されている。

（5）　右の表は，P～S国の人口密度と国内総生産の変化を表しており，a～dはそのいずれかの国である。Q国とS国の組み合わせとして適当なものを，次の**ア**～**ク**の中から一つ選びなさい。

	ア	イ	ウ	エ	オ	カ	キ	ク
Q国	a	a	b	b	c	c	d	d
S国	b	c	a	d	b	d	a	c

表　P～S国の人口密度（2024年）と国内総生産の変化

	人口密度（人/㎢）	国内総生産（億ドル）		
		2000年	2010年	2020年
a	196	11438	21449	19075
b	35	102523	150490	213541
c	108	938	2550	3375
d	3	4088	13012	14354

（世界国勢図会2025/26年版などにより作成）

（6）　次の図は，R国の国旗とA州のある国の国旗を表している。R国の公用語について，R国がその言語を使用するようになった理由を，**言語名**および，**R国の国名**と**A州のある国の国名**を明らかにして，「**植民地**」という語句を用いて書きなさい。

図

R国　　A州のある国

2　右の地図ⅠのA～Fは県を表している。（1）～（5）の問いに答えなさい。

地図Ⅰ

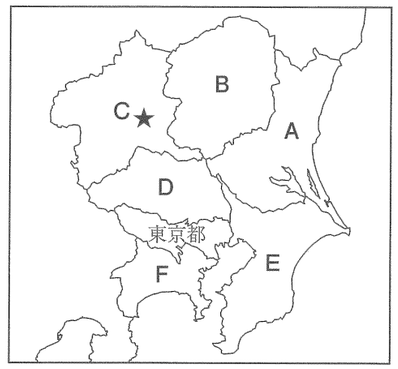

（1）　次の文のPにあてはまる語句を**5字**で書きなさい。

> 地図ⅠのA～F県と東京都を合わせて関東地方とよぶ。関東地方の特徴の一つとして，箱根山や富士山などの火山灰が堆積してできた［ P ］とよばれる赤土が，関東平野の広い範囲に分布していることがあげられる。

（2）　次の表Ⅰは，はくさい，ねぎ，Q，鶏卵の生産が多い上位5道県と生産量を表している。下の①，②の問いに答えなさい。

表Ⅰ　はくさい，ねぎ，Q，鶏卵の生産が多い上位5道県と生産量（2023年）

はくさい（t）		ねぎ（t）		［ Q ］（t）		鶏卵（t）	
A県	249100	A県	52900	C県	282900	鹿児島県	169898
長野県	224500	D県	48500	愛知県	272700	E県	153324
C県	25700	E県	48300	E県	116000	A県	150562
D県	23400	大分県	21800	A県	101600	岡山県	135838
大分県	22900	北海道	20000	鹿児島県	72900	C県	122337

（データでみる県勢2025年版により作成）

①　Qにあてはまる作物名として適当なものを，次の**ア**～**エ**の中から一つ選びなさい。

ア　キャベツ　　**イ**　なす　　**ウ**　てんさい　　**エ**　じゃがいも

②　次の文のRにあてはまる語句を**漢字2字**で書きなさい。

> A県，C～E県で野菜や鶏卵の生産が多い理由の一つとして，関東地方に東京大都市圏があることがあげられる。このように大都市の［ R ］では，新鮮さが求められる野菜や鶏卵などを大都市に出荷する［ R ］農業が行われる。

8社

（3）　次のグラフのⅰ～ⅲは，地図Ⅰの**D**～**F**県の製造品出荷額の割合とその内訳を表している。ⅰ，ⅱにあてはまる県の組み合わせとして適当なものを，次の**ア**～**エ**の中から一つ選びなさい。

グラフ　D～F県の製造品出荷額の割合とその内訳（%）（2022年）

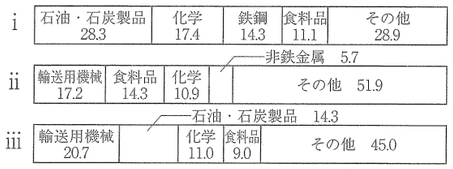

（データでみる県勢2025年版により作成）

	ⅰ	ⅱ
ア	D県	E県
イ	D県	F県
ウ	E県	D県
エ	E県	F県

（4）　次の表Ⅱは，**A**～**F**県と東京都の昼間人口と夜間人口を表している。表Ⅱをみると，東京都の昼間人口は夜間人口より多い。その理由を，右の資料をふまえながら，「**通勤・通学で，**」の書き出しで書きなさい。

表Ⅱ　A～F県と東京都の昼間人口と夜間人口（2020年）

	昼間人口（千人）	夜間人口（千人）
A県	2799	2867
B県	1914	1933
C県	1939	1939
D県	6435	7345
E県	5550	6284
F県	8306	9237
東京都	16752	14048

（データでみる県勢2025年版により作成）

資料　都道府県の昼間人口と夜間人口

昼間人口…その都道府県に住んでいる人口に，通勤・通学で，ほかの都道府県から来る人を加え，ほかの都道府県へ出ていく人を除いた人口
夜間人口…その都道府県に住んでいる人口

（5）　次の地図Ⅱは，地図Ⅰの★付近を表した2万5千分の1地形図の一部である。下の①，②の問いに答えなさい。

①　地図Ⅱは，山地から平野や盆地へ川が流れ出る場所に，運ばれてきた土砂がたまってできた地形の一部を表している。この地形を何というか。**漢字3字**で書きなさい。

②　地図Ⅱを読み取った内容として適当なものを，次の**ア**～**エ**の中から一つ選びなさい。なお，地図上で地点**S**と地点**T**の間の長さを測ると，1cmであった。

ア　地図Ⅱの範囲では，北から南に向かうほど標高が高くなる。
イ　地点**S**から地点**T**までの実際の距離は1kmである。
ウ　地点**S**から地点**T**までの間にある等高線は谷を表している。
エ　老人ホームは標高450～460mの場所に，果樹園に囲まれて立地している。

地図Ⅱ

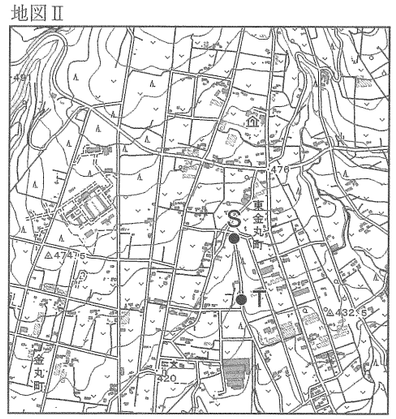

（国土地理院2万5千分の1地形図により作成）

3　次の年表は，ある班が「古代から近世にかけての日本と諸外国の交流・貿易の歴史」というテーマでまとめたものの一部である。（1）～（6）の問いに答えなさい。

年表

年	おもなできごと
630	第1回遣唐使が派遣される・・・・・・・・・・・・・・・・A
894	[X] によって，遣唐使派遣の停止が提案される
960	宋（北宋）がおこる・・・・・・・・・・・・・・・・・・・B
1404	日明貿易（勘合貿易）が始まる・・・・・・・・・・・・・C
1601	徳川家康による朱印船貿易が始まる・・・・・・・・・・・D

（1）　年表の**A**について，遣唐使などを通じて中国からもたらされたものの影響により天平文化が栄えた。天平文化の特徴が表れている，奈良時代につくられた作品として適当なものを，次の**ア**～**エ**の中から一つ選びなさい。

ア



平等院鳳凰堂
阿弥陀如来像（あみだにょらい）

イ

興福寺
阿修羅像（あしゅら）

ウ

広隆寺
弥勒菩薩像（みろくぼさつ）

エ

東大寺南大門
金剛力士像

（2）　次の文は，年表の**X**にあてはまる人物を説明したものである。この人物は誰か。書きなさい。

学問に優れ右大臣の地位を得たが，藤原氏にはかられて大宰府へと追放された。死後，北野天満宮にまつられ，後に学問の神として信仰された。

（3）　年表の**B**について，次の①，②の問いに答えなさい。

①　日本と宋との間で行われた日宋貿易を進めるため，瀬戸内海の航路や現在の兵庫県神戸市にあった港を整備した人物は誰か。次の**ア**～**エ**の中から一つ選びなさい。
ア　藤原頼通　　**イ**　藤原純友　　**ウ**　平将門　　**エ**　平清盛

②　次の文は，日本と宋との関わりの中で伝えられた仏教の宗派について述べたものである。**Y**にあてはまる語句を**漢字2字**で書きなさい。

栄西と道元は，仏教の中でも臨済宗，曹洞宗といった [Y] を宋から日本へ伝えた。[Y] は武士に受け入れられ，鎌倉幕府によって保護された。

（4）　年表の**C**について，日明貿易は明が勘合を用いたために勘合貿易ともよばれている。明が勘合を用いた目的について，次の**二つの語句**を用いて書きなさい。

正式な貿易船　　倭寇

（5）　年表の**C**から**D**の間に起きたできごとについて述べた次の**ア**～**エ**を，年代の古い順に左から並べて書きなさい。

ア　将軍のあとつぎをめぐって有力な守護大名が対立し，応仁の乱が起きた。
イ　足利義昭が京都から追放され，室町幕府が滅亡した。
ウ　織田信長が家臣の明智光秀に攻められ，本能寺で自害した。
エ　種子島に漂着したポルトガル人が日本に鉄砲を伝えた。

8社

（6）　年表のDに関して，右の地図は朱印船貿易のおもな航路などを示したものである。また，資料Ⅰは年ごとの朱印船の渡航数をまとめたものであり，資料Ⅱは1635年に出された法令の一部を現代語訳したものである。

下の文は，これらの地図と資料から読み取れることをまとめたものである。Zにあてはまることばを，資料Ⅱを参考にして書きなさい。ただし，資料Ⅱを定めた**江戸幕府の将軍の名前**も記すこと。

地図

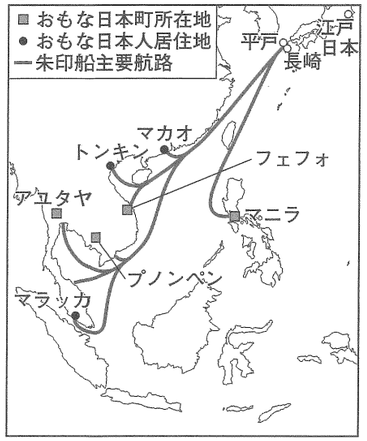

資料Ⅰ　朱印船の渡航数

年	渡航数（隻）
1604	29
1605	27
1606	18
1629	3
1630	5
1631	9
1632	14
1633	10
1634	7
1635	2
1636	0

（岩生成一「朱印船貿易史の研究」により作成）

資料Ⅱ

一　日本人を外国へ派遣してはならない。
一　外国へ渡り居住していた日本人が帰ってきたら，死罪を命じる。

地図からは，朱印船貿易では日本人がおもに東南アジアへ渡航し，そこで拠点を築いていることがわかる。

資料Ⅰからは，1636年には朱印船貿易の渡航がなくなったことがわかるが，資料Ⅱから，渡航がなくなった原因は，［　Z　］を禁止したことであることがわかる。

4　次のカードA～Eは，ある班が「近代の政治と経済の動き」というテーマでまとめ，年代の古い順に左から並べたものである。（1）～（5）の問いに答えなさい。

A	B	C	D	E
新政府は近代的な国家を作るためにさまざまな改革を進めた。その一つが税制の改革であり，国家の財政を安定させるためにa地租改正を行った。	日本の産業革命は，軽工業，次いで重工業の二つの段階を経て進んだ。重工業の分野では，現在の［　X　］に設立されたb官営の八幡製鉄所が操業を開始した。	ニューヨークで株価が大暴落して，多くの銀行が倒産したためアメリカの経済は不景気となった。その影響は世界中の国々にも広がりc世界恐慌となった。	［　Y　］が始まるとアメリカ軍向けに大量の軍需物資が生産され，日本経済の復興が早まった。また，この時GHQの指令により警察予備隊が作られた。	d佐藤栄作首相はアメリカ政府と交渉を進め，沖縄が日本へ返還されることとなった。一方，返還された後も，沖縄には多くのアメリカ軍基地が残された。

（1）　下線部aについて，この政策の内容の一部を述べた次の文ⅰ，ⅱの正誤の組み合わせとして適当なものを，下のア～エの中から一つ選びなさい。

ⅰ　政府が土地の所有者と価格（地価）を定め，地券を発行した。
ⅱ　政府が地主の農地を買い上げて，小作人に安く売りわたした。

ア　ⅰ正　ⅱ正　　イ　ⅰ正　ⅱ誤　　ウ　ⅰ誤　ⅱ正　　エ　ⅰ誤　ⅱ誤

（2）　カードBについて，次の①，②の問いに答えなさい。

①　Xにあてはまる県として適当なものを，次のア～エの中から一つ選びなさい。

ア　岩手県　　イ　静岡県　　ウ　福岡県　　エ　長崎県

②　次のⅰ～ⅴは，下線部bの前後の時期に起きた東アジアのできごとを年代の古い順に上から並べたものである。下線部bが起きた時期として適当なものを，次のア～エの中から一つ選びなさい。

ⅰ　日本は日朝修好条規を結んで朝鮮を開国させた。……
ⅱ　朝鮮では東学を信仰する団体が甲午農民戦争を起こした。……
ⅲ　日本は日英同盟を後ろだてとして日露戦争を戦った。……
ⅳ　清では辛亥革命が起こり，中華民国の建国が宣言された。……
ⅴ　中国では学生の運動が帝国主義に反対する五・四運動に発展した。……

ア　イ　ウ　エ

（3）　下線部cについて，次の①，②の問いに答えなさい。

①　右の表は，世界恐慌前後の各国が輸入品にかけた税率を表している。各国が輸入品にかける税率を上げた目的は何か。「**税率を上げて，外国からの輸入を**」の書き出しで，「**自国の経済**」という語句を用いて書きなさい。

表　世界恐慌前後の各国が輸入品にかけた税率（%）

	1926年	1931年
イギリス	4	＊10
フランス	12	38
ドイツ	12	41
日本	16	24
アメリカ	29	53

＊イギリスのみ，1932年の数値を表している。
（「グローバル・トランスフォーメーションズ」により作成）

②　次の文は，世界恐慌に対応するため，1933年からアメリカが行った政策についてまとめたものの一部である。Zにあてはまる語句を**カタカナ7字**で書きなさい。

ローズベルト大統領の下，農業や工業の生産を調整する一方で，積極的に公共事業をおこすことで失業者を助ける［　Z　］政策を行った。

（4）　カードDについて，Yにあてはまる語句を，次のア～エの中から一つ選びなさい。

ア　朝鮮戦争　　イ　ベトナム戦争　　ウ　湾岸戦争　　エ　イラク戦争

（5）　下線部dについて，佐藤栄作首相が行った沖縄返還交渉の過程のできごととして適当なものを，次のア～エの中から一つ選びなさい。

ア　日中共同声明に調印し，中華人民共和国との国交を正常化した。
イ　国際連合に加盟し，日本が国際社会に復帰をはたした。
ウ　国際問題を話し合う第1回先進国首脳会議（主要国首脳会議）に参加した。
エ　核兵器を「持たず，作らず，持ちこませず」の非核三原則を確認した。

5　次は，社会科の授業で，景気に影響を与える要因について生徒たちが班ごとに設定した学習課題の一部である。（1）～（6）の問いに答えなさい。

A班「a市場を活性化させるためにb日本銀行は紙幣を増やすべきか。」
B班「c社会保障を充実させるためにd税収を増やすべきか。」
C班「世界のe経済発展のためにf海外旅行を促進させるべきか。」

（1）　下線部aに関して，独占や寡占の状態がない市場における需要量，供給量，価格の関係について述べた次の文ⅰ，ⅱの正誤の組み合わせとして適当なものを，下の**ア**～**エ**の中から一つ選びなさい。
ⅰ　商品の価格が均衡価格より高い場合，商品の価格は下がる。
ⅱ　商品の供給量が需要量より多い場合，商品の価格は上がる。
ア　ⅰ正　ⅱ正　　**イ**　ⅰ正　ⅱ誤　　**ウ**　ⅰ誤　ⅱ正　　**エ**　ⅰ誤　ⅱ誤

（2）　下線部bについて，右の表Ⅰは日本銀行が担う役割をまとめたものである。Wにあてはまる語句を**5字**で書きなさい。

表Ⅰ

役割	内容
発券銀行	日本銀行券とよばれる紙幣を発行する。
政府の銀行	政府が管理するお金の出し入れを行う。
W	一般の銀行に対するお金の貸し出しや，預金の受け入れを行う。

（3）　下線部cに関して，下の文は年金保険をめぐる課題の説明である。Xにあてはまることばを，次の**二つの語句**を用いて書きなさい。

少子化　　一人あたりの保険料負担

高齢者の生活を支える公的年金の総額が増える中，公的年金を負担している現役世代は，人口が［X］。そのため，公的年金制度の持続可能性を高める政策について議論されている。

（4）　下線部dについて，次の表Ⅱは，国に納める国税の一部について分類したものである。Yにあてはまる語句を**漢字3字**で書きなさい。

表Ⅱ

税の種類	［Y］	間接税
税の例	所得税　法人税　相続税	消費税　酒税　たばこ税

（5）　下線部eに関して，経済発展が進む中で，国際問題の一つとして南南問題とよばれる問題が起きている。南南問題とは何か。次の**ア**～**エ**の中から一つ選びなさい。
ア　経済発展を続ける先進工業国と，経済発展を実現できない発展途上国との格差の問題
イ　経済発展を続ける先進工業国と，経済発展が停滞した先進工業国との格差の問題
ウ　経済発展を続ける発展途上国と，経済発展を実現できない発展途上国との格差の問題
エ　経済発展を続ける発展途上国と，経済発展が停滞した先進工業国との格差の問題

（6）　下線部fに関して，右の図は海外旅行で，通貨の交換や支払いをした様子を模式的に表したものである。Zにあてはまる値として適当なものを，次の**ア**～**エ**の中から一つ選びなさい。ただし，手数料や税は考慮しないものとする。
ア　10000　　**イ**　11000
ウ　15000　　**エ**　16500

図

行程	出国前		旅行中		帰国後
為替相場	1ドル＝100円	⇒	1ドル＝105円	⇒	1ドル＝110円
お金の動き	2万円をドルに交換する		50ドルを支払う		残ったドルを円に交換し，［Z］円になる

6　ある生徒は，社会科の授業で若者の政治参加の在り方について発表することになった。次は，その発表原稿の一部である。（1）～（6）の問いに答えなさい。

現在の日本では，18歳以上の国民がa選挙で投票することができたり，b裁判員に選ばれたりしています。一方で，投票率の低さなどが課題となっています。私たちは，内閣やc国会に興味をもつとともに，d国際機関にも目を向け，e政治参加していくことが重要だと考えます。まず身近なf地方自治に関心をもち，一人一人が主体的に考え，行動することが大切です。

（1）　下線部aに関して，次の文は選挙における一票の価値の格差について述べたものである。Pにあてはまる語句を書きなさい。

有権者のもつ一票の価値の格差が大きくなると，最高裁判所は，日本国憲法に定める「法の下の［P］」などに反しているという判決を出すことがある。

（2）　下線部bについて述べた次の文ⅰ，ⅱの正誤の組み合わせとして適当なものを，下の**ア**～**エ**の中から一つ選びなさい。
ⅰ　裁判員は刑事裁判及び民事裁判ともに第一審のみに参加する。
ⅱ　裁判員は裁判官とともに被告人が有罪か無罪かのみを決定する。
ア　ⅰ正　ⅱ正　　**イ**　ⅰ正　ⅱ誤　　**ウ**　ⅰ誤　ⅱ正　　**エ**　ⅰ誤　ⅱ誤

（3）　下線部cに関して，次の文は法律案が国会に提出されてから本会議において可決するまでの過程を述べたものである。Q，Rにあてはまる語句の組み合わせとして適当なものを，下の**ア**～**エ**の中から一つ選びなさい。

法律案が国会に提出されると，分野別に数十人の国会議員で作る［Q］においてくわしく審査され，質疑や討論を行った後に採決を行う。その後，議員全員からなる本会議に進み，場合によって質疑や討論を行った後，採決を行い，［R］の過半数の賛成で可決される。

ア　Q　委員会　R　総議員　　**イ**　Q　委員会　R　出席議員
ウ　Q　公聴会　R　総議員　　**エ**　Q　公聴会　R　出席議員

（4）　下線部dに関して，国際連合のおもな機関のうち，全加盟国で構成されており，世界のさまざまな問題を話し合い，決定などを行う機関として適当なものを，次の**ア**～**エ**の中から一つ選びなさい。
ア　安全保障理事会　　**イ**　事務局　　**ウ**　総会　　**エ**　国際司法裁判所

（5）　下線部eに関して，次の文は政治参加の際に重要なことを述べたものである。Sにあてはまる語句として適当なものを，下の**ア**～**エ**の中から一つ選びなさい。

国民が主権者として政治に関する判断をするためには，さまざまな情報を手に入れることが重要である。特に国や地方の役所に集まっている情報を手に入れる権利として「［S］」が認められ，国や地方に情報公開制度が設けられている。

ア　国政調査権　　**イ**　国家賠償請求権　　**ウ**　知る権利　　**エ**　プライバシーの権利

（6）　下線部fについて，次の①，②の問いに答えなさい。
①　右のグラフは，都道府県普通会計決算における歳入の状況を表している。A～Dのうち，自主財源にあてはまるものの組み合わせとして適当なものを，次の**ア**～**エ**の中から一つ選びなさい。
ア　Aのみ　　**イ**　AとB
ウ　AとBとC　　**エ**　AとBとCとD
②　下の文は，地方自治の本旨について述べたものである。Tにあてはまることばを，次の**二つの語句**を用いて書きなさい。

グラフ　都道府県普通会計決算における歳入の状況（令和6年度）

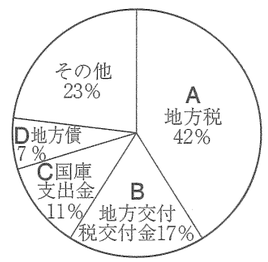

（総務省資料により作成）

運営　　意思

日本国憲法のいう地方自治の本旨とは，地域は［T］という考え方と，そのために国から自立した地方公共団体を作るという考え方をあわせたものである。

8社